مدرسة الشيخ أبو قحطان الهجاري

تدريبات على حساب مقدار التكبير للصف الحادي عشر

أ- الصورة التالية **توضح نوع من الخلايا بعد التكبير ,من المعطيات الموجودة في الصورة أحسب القياس الحقيقي للخلية رقم 1بوحدة الميكرومتر؟**

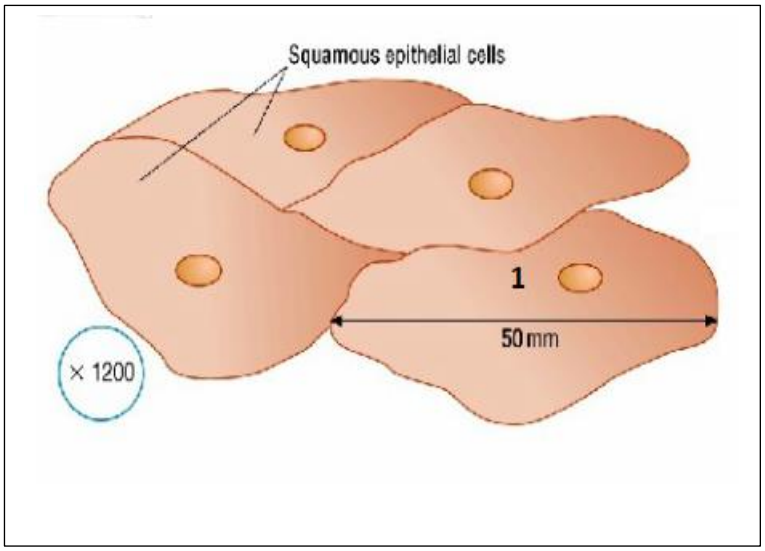

.....
.....
.....
.....
.....
.....
.....
.....
.....
.....
.....
.....

ب- يوضح الشكل المقابل خلية بعد رؤيتها بالمجهر من المعطيات الموجودة في الصورة أحسب مقدار التكبير؟ علما بأن القياس الحقيقي لهذه الخلية 280ميكرومتر؟

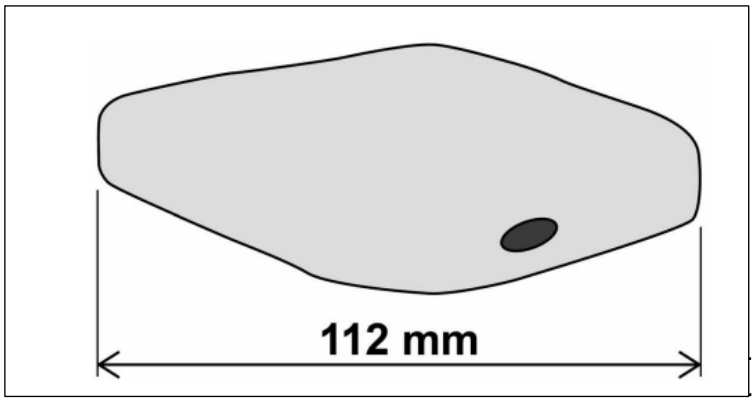

.....
.....
.....
.....
.....
.....
.....
.....
.....
.....
.....
.....
.

ج- الشكل التالي يوضح عضية الميتوكندريا بعد التكبير 90000ألف مرة بواسطة المجهر الإلكتروني أحسب القياس الحقيقي لهذه العضية بالميكرومتر؟ أستعن بالمعطيات في الصورة؟

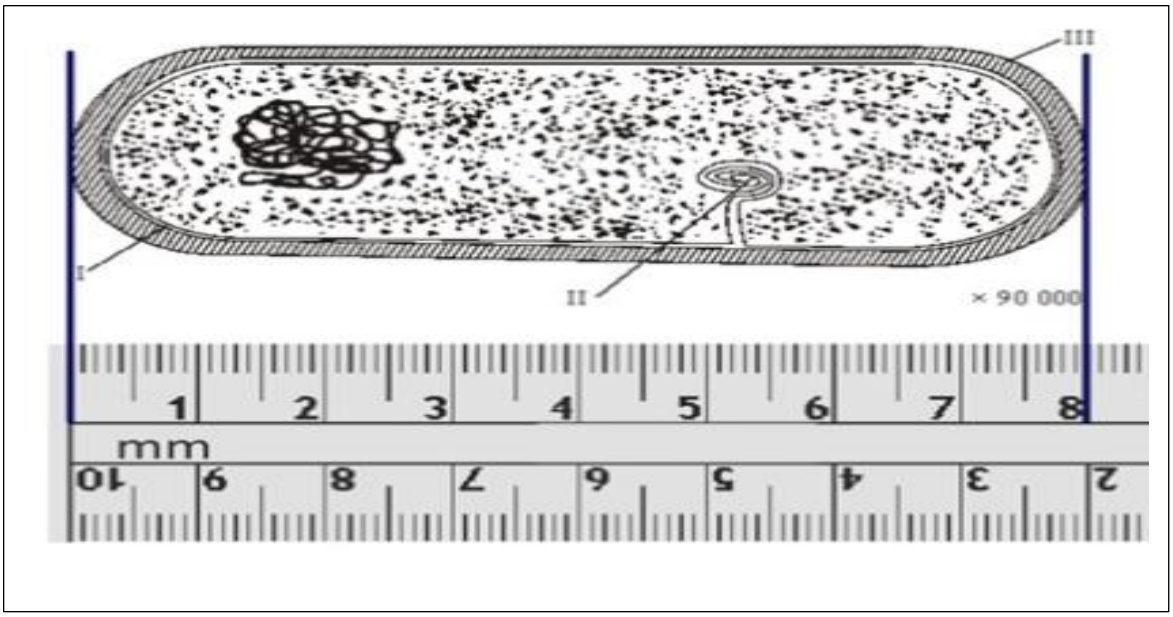

.....

.....

.....

.....

.....

.....

د- الصورتين التاليتين لخلية نباتية بالقياس الحقيقي والقياس المشاهد أحسب مقدار التكبير بوحدة الميكرومتر؟

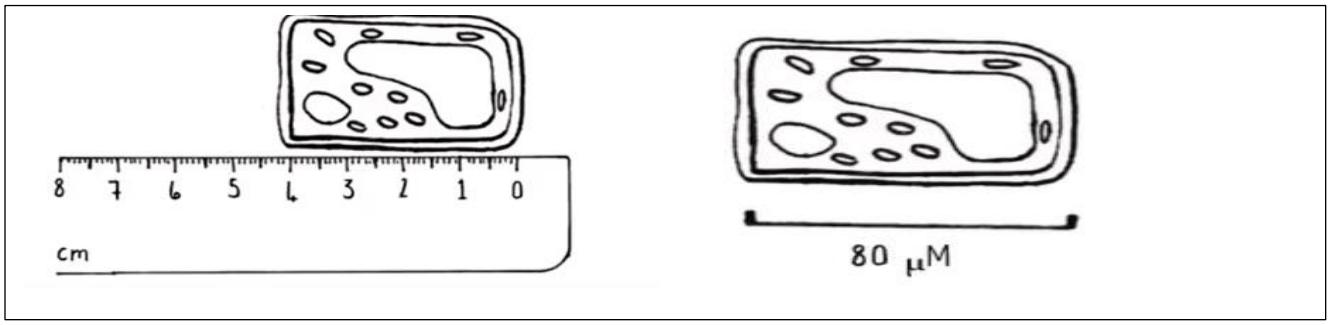

.....

.....

.....