afidni .com

الأحياء

الفصل الدراسي الثاني

2023

مُلخصات مُبدع

الصف 11

فكرة واشراف :

أ. مريم الغنبوصية

اعداد :

الطالبة :آيه بنت صالح السنيدية

مدرسة البندر الجديد للتعليم الأساسي (١-١٢)

الممسوحة ضوئيا بـ CamScanner

الوحدة الخامسة

وظائف الأغشية وتركيبها(٥_١)

أين يتواجد ؟

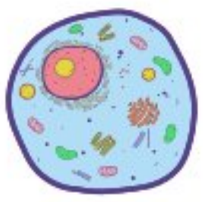

•يحيط (بالخلية النباتية -الحيوانية -بدائية النواة)

•يحيط بالعضيات (مفرد أو مزدوج)

الغشاء

التركيب

- البروتينات
  - سكرية E
  - ناقلة(قنوية) A
  - ناقلة (حاملة) B
- الدهون
  - سكرية Z
  - مفسفرة w
  - كوليسترول k

أهميته

1.يتحكم بتبادل المواد بين الخلية وبيئتها المحيطة.
2.يمكّن الخلايا من تلقي الرسائل الهرمونية.
3.ينظم عملية النقل

الخصائص

1.رقيق جداً سمكه (٧نانومتر)
2.له نموذج فسيفسائي سائل

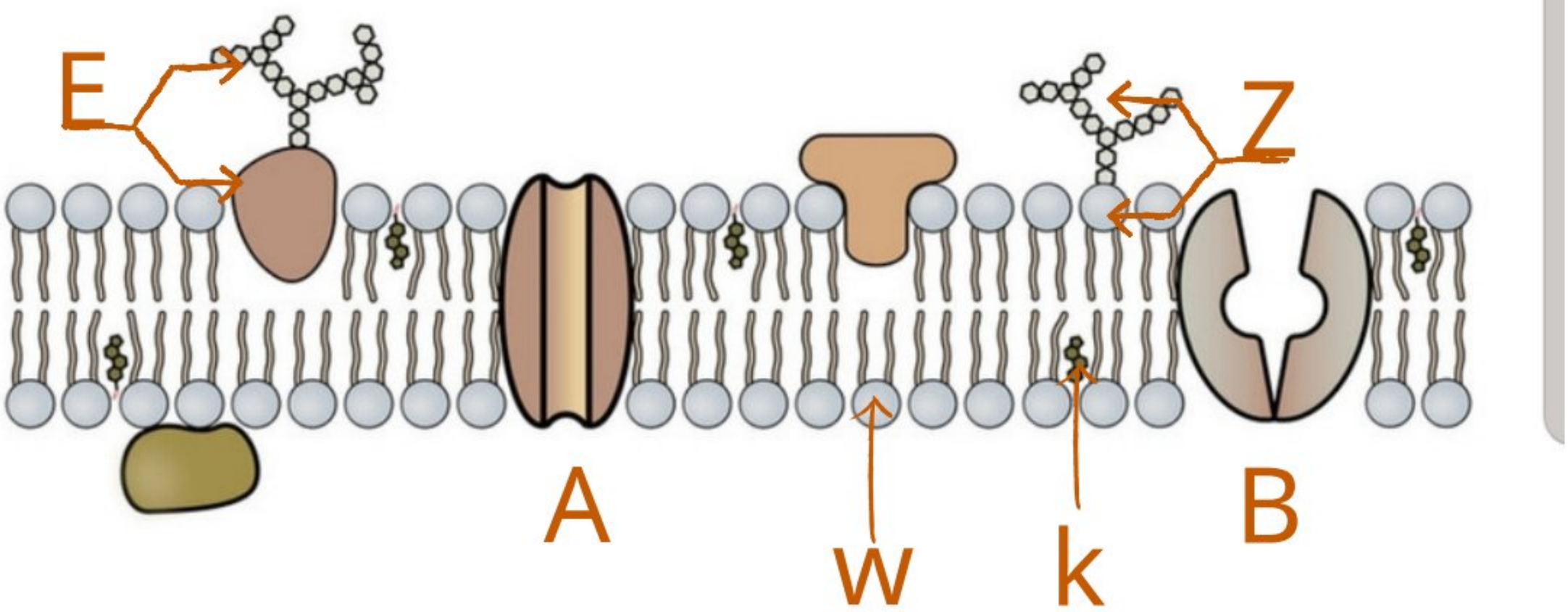

الممسوحة ضوئيا بـ CamScanner

الدهون المفسفرة

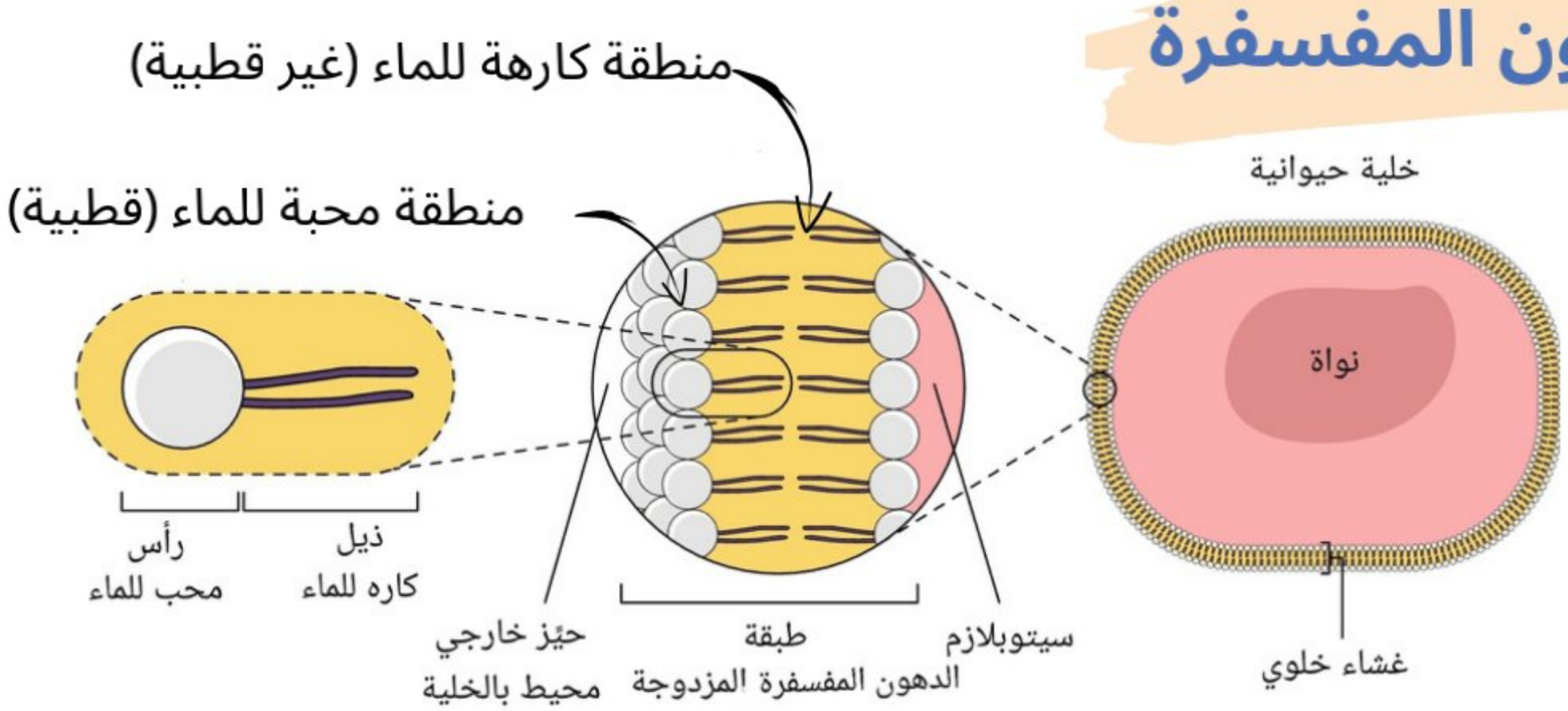

- تترتب جزيئات الدهون المفسفرة على شكل طبقة ثنائية
- تتحرك بشكل جانبي وفردي .
- تشكل الطبقة المزدوجة السبب الرئيسي في سيولة الغشاء .

البروتينات

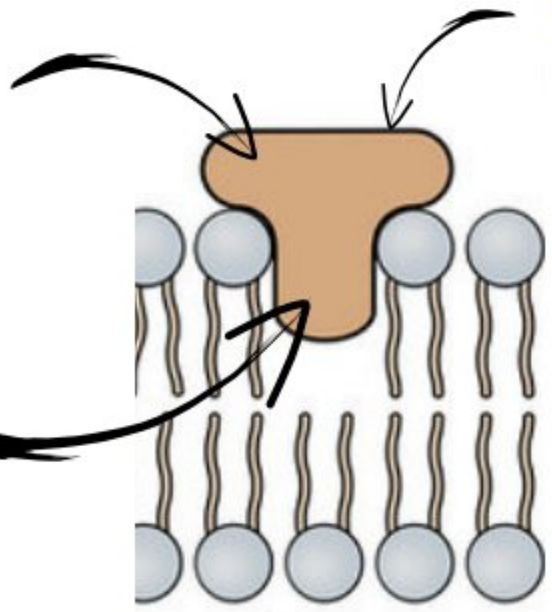

- تترتب جزيئات البروتينات داخل في طبقة الذيول (الكاره للماء) أو في طبقة الرؤوس (المحبة للماء) أو مخترقة الطبقتين.
- لها شكل فسيفسائي عند النظر إليها من أعلى.
- بعضها يتحرك وبعضها ثابت .

العوامل التي تزيد من سيولة الغشاء

- نوع الدهون في الذيول (غير مشبعة)
- ارتفاع درجة الحرارة
- الذيول القصيرة

الممسوحة ضوئيا بـ CamScanner

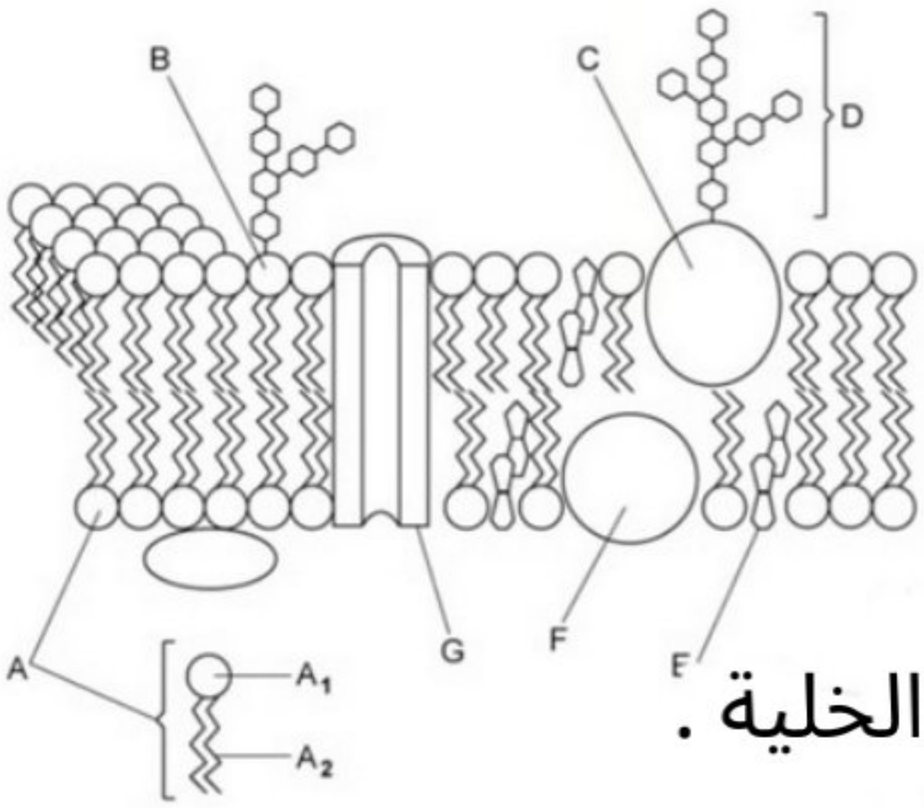

فكّر يا عبقري



يوضح الشكل المقابل جزء من غشاء الخلية .

١- اكتب في الجدول الاتي الرموز وما تشير إليه .

الرمز	الاسم

٢- في الشكل المقابل جزئين مختلفين من الغشاء .

أي الغشائين له أكثر سيولة ؟ فسر

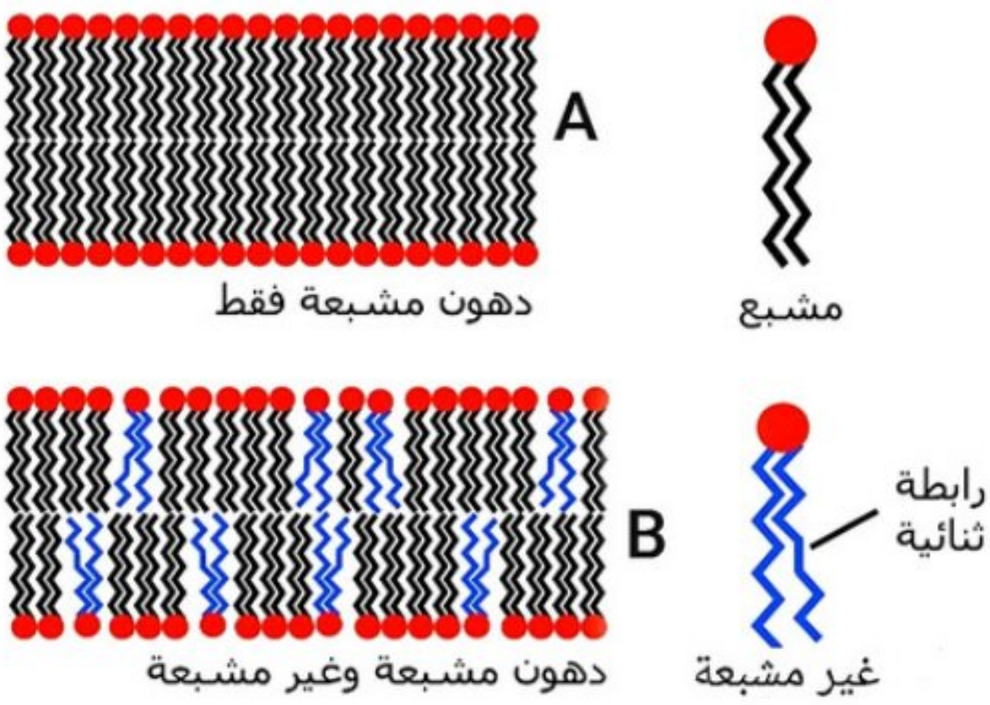

الممسوحة ضوئيا بـ CamScanner

سلوك جزيئات الدهون المفسفرة في الماء

مذيلة

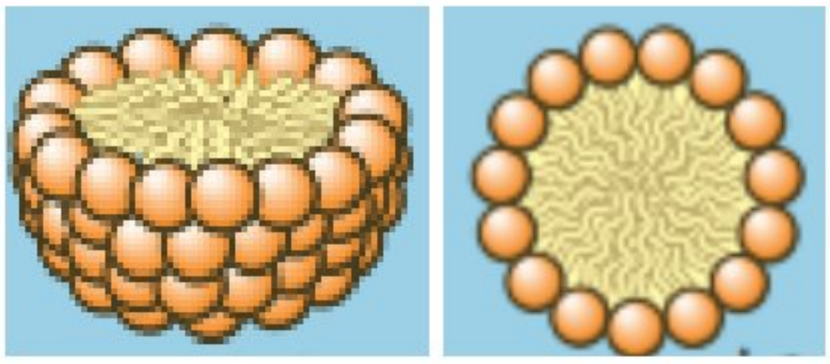

مقطع عرضي منظر ثلاثي الأبعاد

طبقة ثنائية

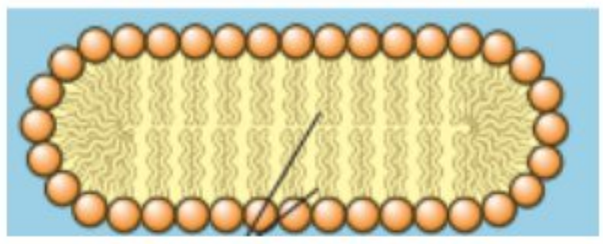

مقطع عرضي

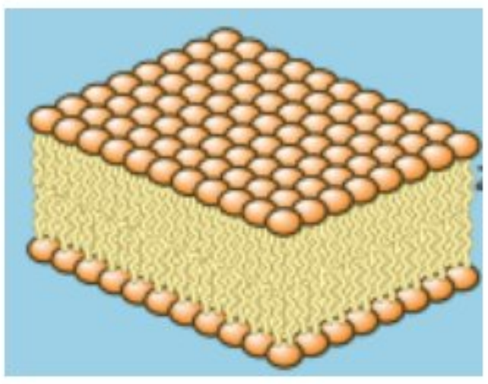

منظر ثلاثي الأبعاد

تجويف محاط بغشاء

الرؤوس المحبة للماء تتجه للخارج (نحو الماء)فتشكل درعاً تقي به الذيول من الماء وتتجه الذيول الى الداخل باتجاه بعضها البعض فتكون بيئة كارهة للماء

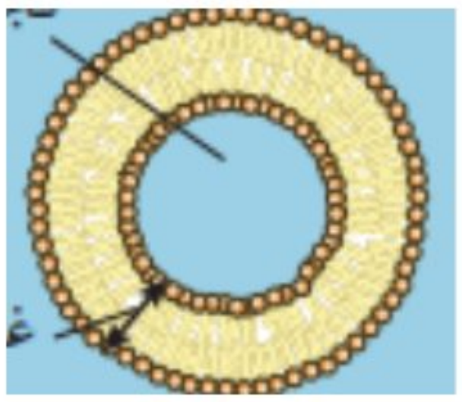

مقطع عرضي

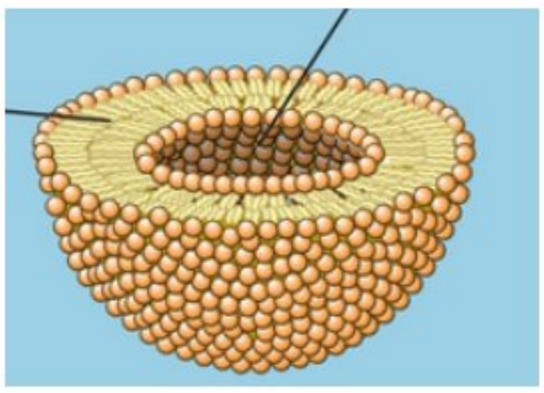

منظر ثلاثي الأبعاد

طبقة احادية

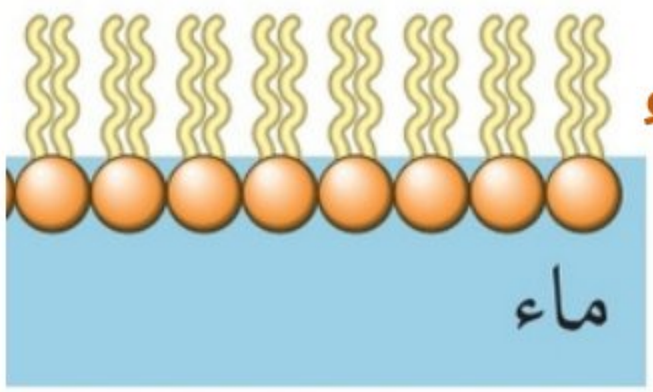

تتجه الذيول بعيدا عن الماء

الممسوحة ضوئيا بـ CamScanner