afidni .com

الأحياء

الفصل الدراسي الثاني

2023



مُلخصات مُبدع

الصف 11

فكرة واشراف :

أ. مريم الغنبوصية

اعداد :

الطالبة : تقى بنت فهد الغنبوصية

مدرسة البندر الجديد للتعليم الأساسي (١-١٢)

الممسوحة ضوئيا بـ CamScanner

3-5 وظائف الجزيئات الموجودة في الأغشية

وظائف الدهون المفسفرة

- المكون الأساسي في تركيب الغشاء
- يحدد شكل الخلية لأنه يشكل حاجز لمعظم المواد الذائبة في الماء
- يكسب الغشاء السيولة والمرونة

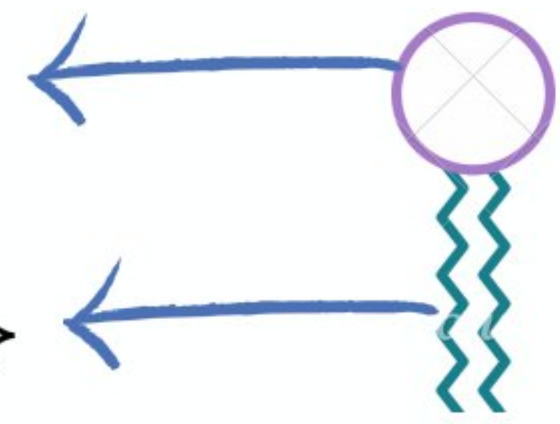

جزء قطبي يسمح بمرور الجزيئات القطبية فقط

جزء غير قطبي يسمح بمرور الجزيئات غير القطبية فقط

وظائف الكوليسترول

- مهم للإستقرار الميكانيكي.
- يقوي الأغشية ويقلل من سيولته.
- يكسب الأغشية المرونة والثبات.
- يحافظ على بقاء الخلايا حية عند انخفاض درجة الحرارة.

السبب ← يمنع تقارب ذيول الدهون المفسفرة نتيجة انخفاض درجة الحرارة

	أغشية الخلايا الحيوانية	أغشية الخلايا النباتية	أغشية خلايا بدائية النواة
عدد جزيئات الكوليسترول	يساوي عدد جزيئات الدهون المفسفرة	أقل شيوعا	لا يتواجد فيها لكن يوجد تراكيب مشابه له

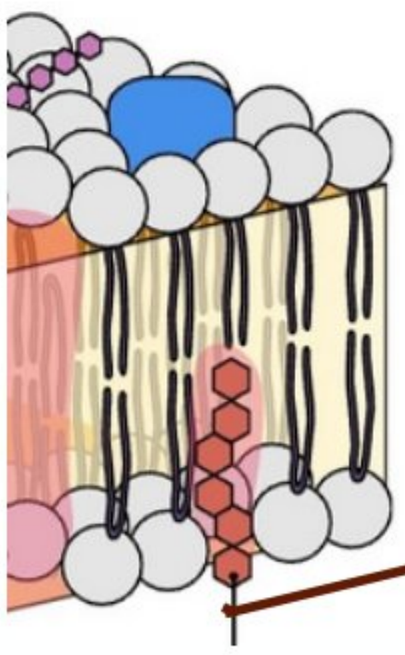

جزيء دهني صغير له رأس محب للماء وذيل كاره للماء .

الممسوحة ضوئيا بـ CamScanner

وظائف البروينات و الدهون السكرية والبروتينات السكرية

الوظيفة	الجزء الذي يقوم بها	مثال
تعمل كمستقبلات لاستقبال المواد **(**مستقبل التأشير**)**	الجزيء السكري المرتبط بالبروتينات والدهون	**(**مستقبل الجلوكاجون**)** في أغشية خلايا الكبد
تعمل كعلامات خلوية لتميز الخلايا عن بعضها	الجزيء السكري المرتبط بالبروتينات والدهون	العلامات الخلوية لخلايا كريات الدم الحمراء **(**فصائل الدم**)**
نقل المواد من وإلى الخلية	البروتينات الناقلة	مضخة الصوديوم والبوتاسيوم في أغشية الخلايا العصبية
تعمل كانزيمات الهضم **(**التحلل المائي**)**	البروتينات	بروتينات أغشية الخلايا المبطنة للأمعاء
تحديد شكل الخلية والحفاظ عليه	بروتينات الطبقة الداخلية للغشاء	-
المشاركة في وظائف العضيات	البروتينات	•المشاركة في وظيفة **(**التنفس**)** بروتينات أغشية الميتوكندريا • المشاركة في وظيفة **(**التمثيل الضوئي**)** بروتينات أغشية البلاستيدات الخضراء

الممسوحة ضوئيا بـ CamScanner

فكر يا عبقري

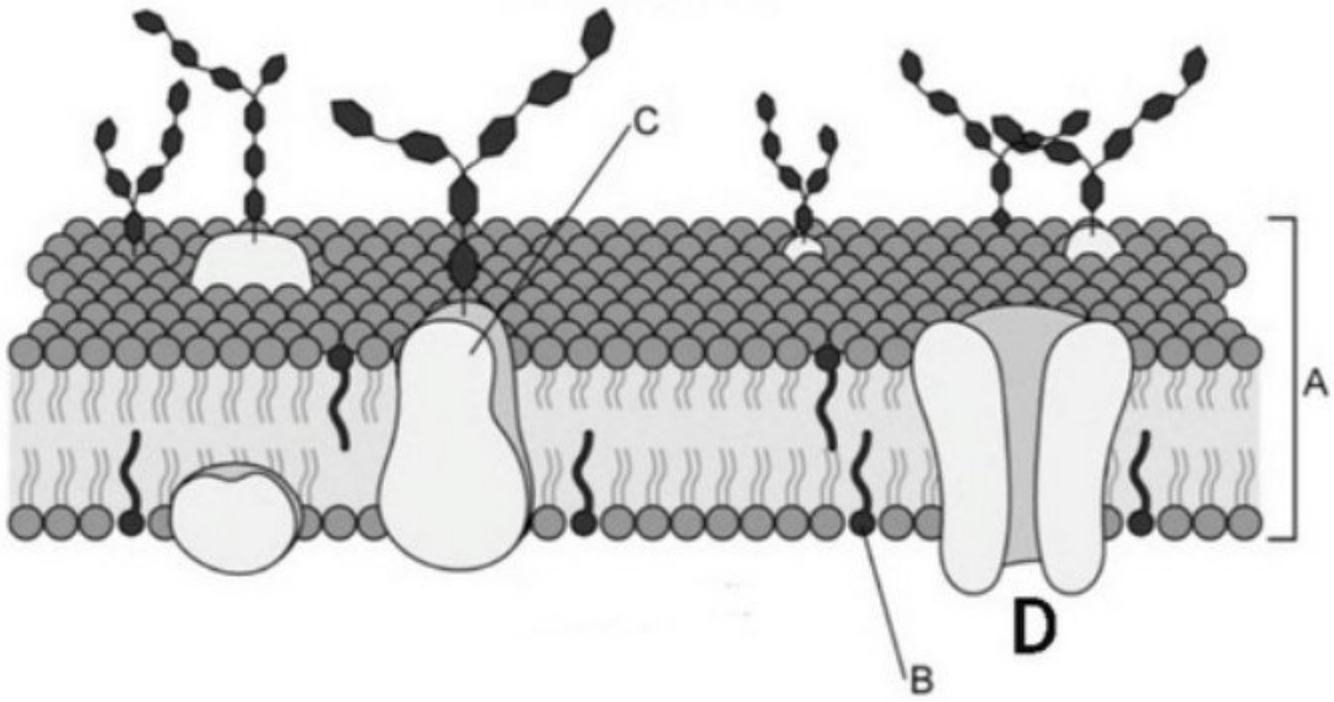

أ- ادرس الشكل المقابل ثم أجب عن الأسئلة الآتية :

١- اكتب رمز التركيب الذي تخلو منه خلايا بدائية النواة .

٢- لوّن البروتين المتخصص في نقل المواد والأيونات باللون الأحمر والبروتين الذي يعمل كمستقبل تأشير باللون الأخضر.

٣-فسر : تحتفظ اغشية الخلايا بمرونتها رغم تواجدها في المناطق الباردة جدا .

ب- أي المواد الاتية تستطيع دخول الخلية مباشرة دون الحاجة إلى مستقبل تأشير او قنوات خاصة على غشاء الخلية. (ظلل الدائرة المرسومة بجوار الإجابة الصحيحة)

- ◯ الجلوكاجون
- ◯ الجزيئات القطبية
- ◯ النواقل العصبية
- ◯ الجزيئات غير القطبية

GOOD

الممسوحة ضوئيا بـ CamScanner